Módulo Sistemas Informáticos

Unidad 1. Componentes físicos y métodos de interconexión en Sistemas informáticos

Actividad 1.2 Identificación de componentes de una placa base

Sea la siguiente placa base de la marca **ASUS**:



Completa la siguiente tabla indicando los elementos que aparecen numerados en la imagen anterior:

Número	Conector	Número	Conector
1	Puerto PCI x8	6	Conector ATX 24 pines
2	Puerto PCI Express x16	7	Conector SATA3
3	Puerto PCI x1	8	Disipador?
4	Disipador?	9	Pila CR2032
5	Socket	10	Conector IDE
		11	Puerto memoria ram

Sea la siguiente imagen correspondiente al panel trasero de la placa anterior. Indica el nombre de cada uno de los conectores que se señalan:



Número	Conector	Número	Conector
1	Conector analógica teclado	8	Conector entrada de sonido envolvente
2	Conector óptico	9	Puerto USB 2.0
3	Conector VGA	10	Conector cámara video
4	Conector USB 3.0	11	Conector discos externos
5	Conector Ethernet	12	Conector DVI
6	Conector de entrada de altavoz	13	Conector HDMI

7	Conector de salida de audio		

Responde a las cuestiones siguientes referentes a la placa base (Puedes consultar la *información de la placa en la hoja siguiente*):

1. Tipo de zócalo empleado :__AM3___

2. Tipo de microprocesador:
   AMD
3. El tipo de memoria soportado por esta placa base es: DDR3
4. Esta placa soporta módulos con corrección de errores (S/N): Si

5. Esta placa soporta:
   a. Dual channel
   b. Tri-channel (3channel)
   c. Dual cannel y tri-channel
   d. No soporta ni dual-channel ni tri-channel

6. Si sólo disponemos de un módulo, en que ranura de memoria, ¿nos recomienda el manual de la placa base que debemos colocarlo? En la ranura A1

7. Si instalamos un módulo, la memoria funciona en…
   a. Single channel
   b. Dual channel
   c. Tri channel

8. Si instalamos dos módulos iguales, uno en A1 y otro en A2, la memoria funciona en…
   a. Single cannel
   b. Dual channel
   c. Tri channel

9. Si instalamos dos módulos iguales, uno en A1 y otro en B1, la memoria funciona en…
   a. Single cannel
   b. Dual channel
   c. Tri cannel
10. Indica de los tipos de memoria siguientes, cuales son soportados por esta placa base:
    a. PC2-6400
    b. PC3-6400
    c. PC3-8500
    d. PC3

a. DDR
b. DDR2
c. DDR3

CPU	AMD® Socket AM3 for AMD® Phenom™ II / Athlon™ II / Sempron™ 100 Series Processors AMD® 140W CPU Support AMD® Cool 'n' Quiet™ Technology Supports 45nm CPU

2.4 System memory

2.4.1 Overview

The motherboard comes with four Double Data Rate 3 (DDR3) Dual Inline Memory Modul (DIMM) sockets.

A DDR3 module has the same physical dimensions as a DDR2 DIMM but is notched differently to prevent installation on a DDR2 DIMM socket. DDR3 modules are developed better performance with less power consumption.

The figure illustrates the location of the DDR3 DIMM sockets:

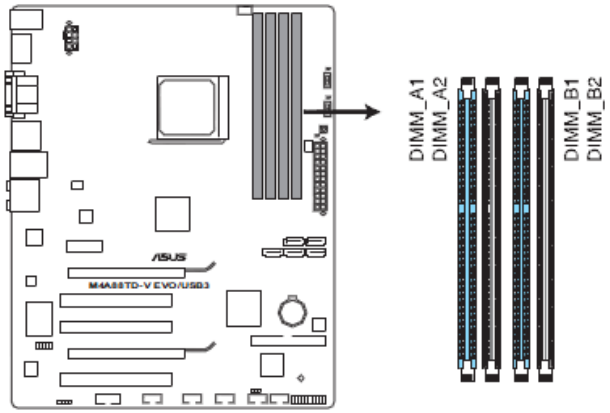

Memory	4 x DIMM, max. 16GB, DDR3 2000 (O.C.) / 1333 / 1066 MHz, ECC / non-ECC, un-buffered memory

Recommended memory configurations

One DIMM:

Install one memory module in any slot as a single-channel operation.

Two DIMMs (dual-channel operation):

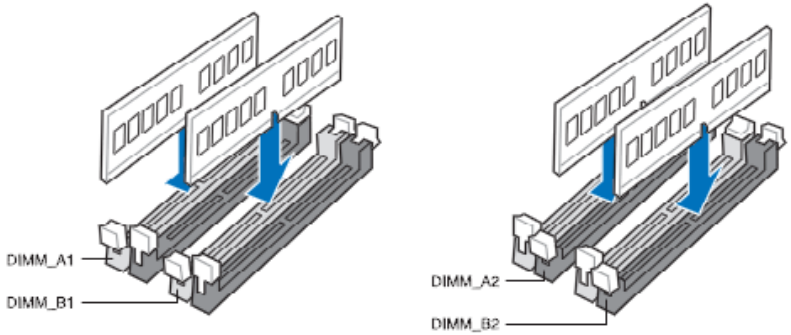
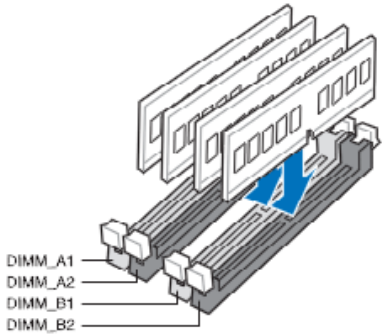
Four DIMMs (dual-channel operation):